01 삼각형의 성질

1270

오른쪽 그림과 같이 $\overline{AB}=\overline{AC}$인 이등변삼각형 ABC의 변 BC 위에 $\angle BAC=3\angle BAD$가 되도록 점 D를 잡고, 꼭짓점 C에서 $\overline{AD}$에 내린 수선의 발을 E라 하자. $\angle DCE=20^\circ$일 때, $\angle BAD-\angle B$의 크기를 구하시오.

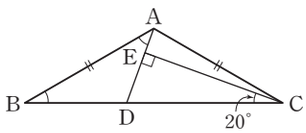

1271

오른쪽 그림과 같은 △ABC에서 $\overline{AB}=\overline{BD}$, $\overline{AD}=\overline{CD}$이고 $\overline{AB}$의 연장선 위의 점 E에 대하여 $\angle EAC=84^\circ$일 때, $\angle B$의 크기를 구하시오.

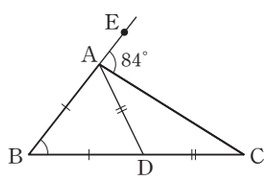

1272

오른쪽 그림과 같이 $\overline{AB}=\overline{AC}$인 이등변삼각형 ABC에서 $\angle B$의 이등분선과 $\overline{AC}$의 교점을 P라 하고, $\overline{BC}$의 연장선 위에 $\overline{CP}=\overline{CQ}$가 되도록 점 Q를 잡자. $\overline{PA}=\overline{PB}$일 때, $\angle x$의 크기를 구하시오.

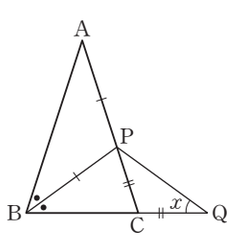

1273

오른쪽 그림과 같이 $\overline{AB}=\overline{AC}$인 이등변삼각형 ABC에서 $\angle A$의 이등분선과 $\overline{BC}$의 교점을 P라 하고 $\overline{BC}$의 연장선 위의 점 D에 대하여 $\angle AED=94^\circ$가 되도록 $\overline{AB}$ 위에 점 E를 잡는다. $\angle A$와 $\angle D$의 이등분선의 교점을 F라 하고 $\angle AFD=105^\circ$일 때, $\angle B$의 크기를 구하시오.

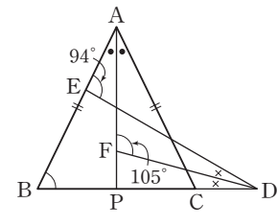

1274

오른쪽 그림과 같이 $\overline{AB}=\overline{AC}=12\text{ cm}$인 이등변삼각형 ABC에서 $\overline{AB}/\!/\overline{EF}$, $\overline{AC}/\!/\overline{DE}$일 때, 사각형 ADEF의 둘레의 길이를 구하시오.

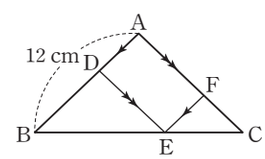

1275

오른쪽 그림에서 △AB′C′은 △ABC를 점 A를 중심으로 $\overline{AB}/\!/\overline{C'B'}$이 되도록 회전시킨 것이다. $\overline{BC}$와 $\overline{AB'}$, $\overline{C'B'}$의 교점을 각각 D, E라 하고 $\overline{AB}=9\text{ cm}$, $\overline{BC}=10\text{ cm}$, $\overline{AC}=7\text{ cm}$일 때, $\overline{BE}$의 길이를 구하시오.

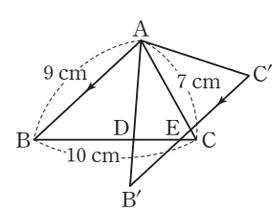

이투스북
<이 책은 저작권법에 따라 보호받는 저작물이므로 무단전재와 무단복제를 금합니다.>

1276

오른쪽 그림은 $\overline{AB}=\overline{AC}$인 이등변 삼각형 모양의 종이를 $\overline{BD}$를 접는 선으로 하여 접은 것이다. $\angle A=68^\circ$, $\angle C'BD=15^\circ$일 때, $\angle C'DA$의 크기를 구하시오.

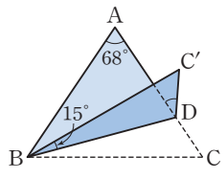

1277

오른쪽 그림과 같이 $\overline{AB}=\overline{AC}$인 이등변 삼각형 ABC에서 $\overline{BE}$와 $\overline{CD}$의 교점을 P라 하자. $\overline{AD}=\overline{AE}$이고 $\angle A=40^\circ$, $\angle DBP=34^\circ$일 때, $\angle x$의 크기를 구하시오.

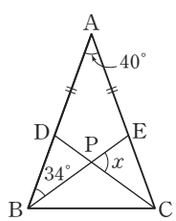

1278

오른쪽 그림과 같이 $\overline{AB}=\overline{AC}$인 직각이등변삼각형 ABC의 두 꼭짓점 B, C에서 꼭짓점 A를 지나는 직선 l에 내린 수선의 발을 각각 D, E라 하자. $\triangle BPD$의 넓이가 24 cm^2일 때, $\triangle PEC$의 넓이를 구하시오.

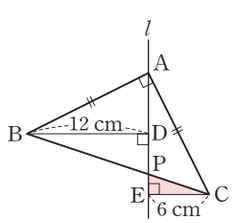

1279

오른쪽 그림과 같은 직사각형 ABCD에서 $\angle BAC$의 이등분선과 $\overline{BC}$의 교점을 E라 하자. $\overline{AE}=\overline{EC}$이고 $\triangle ABE$의 넓이가 15 cm^2일 때, 직사각형 ABCD의 넓이를 구하시오.

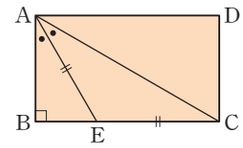

1280

오른쪽 그림과 같은 정사각형 ABCD에서 $\overline{AB}$의 연장선 위의 점 E와 $\overline{BC}$ 위의 점 F에 대하여 $\overline{DE}=\overline{DF}$이고 $\angle DFC=61^\circ$일 때, $\angle BEF$의 크기를 구하시오.

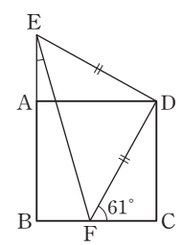

1281

오른쪽 그림과 같이 $\angle B=90^\circ$인 직각삼각형 ABC에서 $\angle C$의 이등분선과 $\overline{AB}$의 교점을 D라 하자. $\overline{AB}=8\text{ cm}$, $\overline{BC}=6\text{ cm}$, $\overline{CA}=10\text{ cm}$일 때, $\overline{AD}$의 길이를 구하시오.

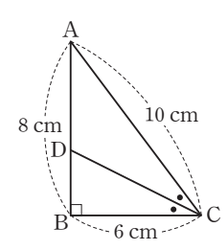

이투스북
<이 책은 저작권법에 따라 보호받는 저작물이므로 무단전재와 무단복제를 금합니다.>